Adatbázisrendszerek

4. Gyakorlat

2026. 03. 12

Készítette:

Nagy Márk Bsc
Szak: Programtervező informatikus

D463R1

Sárospatak, 2026

1. feladat –

2. feladat – A Bodrog folyó partján lévő Csónakházban (pl.: csónak, kenu) vízi járműveket kölcsönöznek.

a) Tervezzen és rajzoljon meg egy ER modellt, mely a kölcsönző adatbázisát modellezi.

Legyen letárolva:

- név, lakhely, szállítási cím, értesítési lehetőségek (telefon, email),
- melyik eszközt kölcsönözte ki,
- mettől, meddig, fizet, összeg tulajdonságok,
- eszköz neve, állapota, díj.

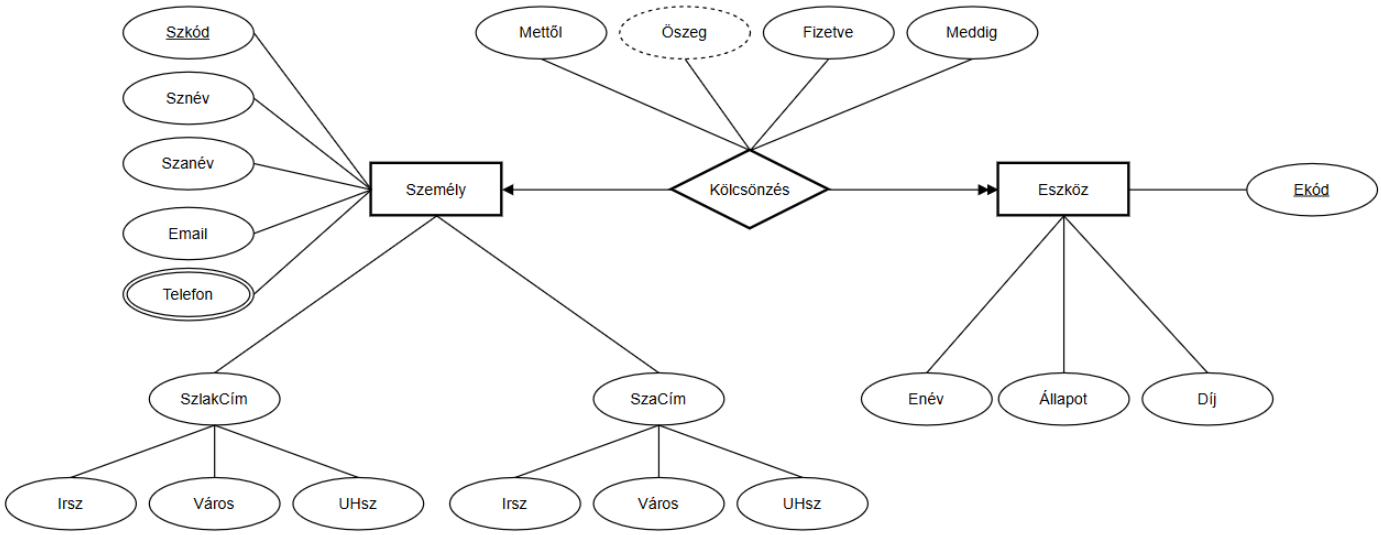

b)

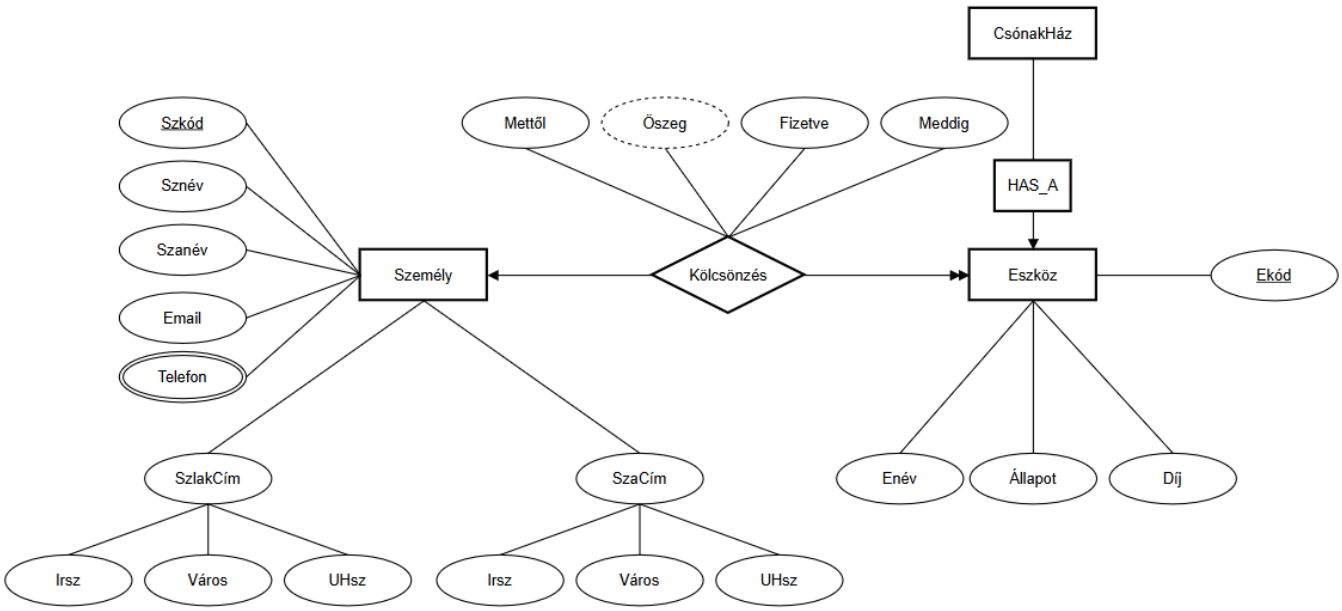

c)

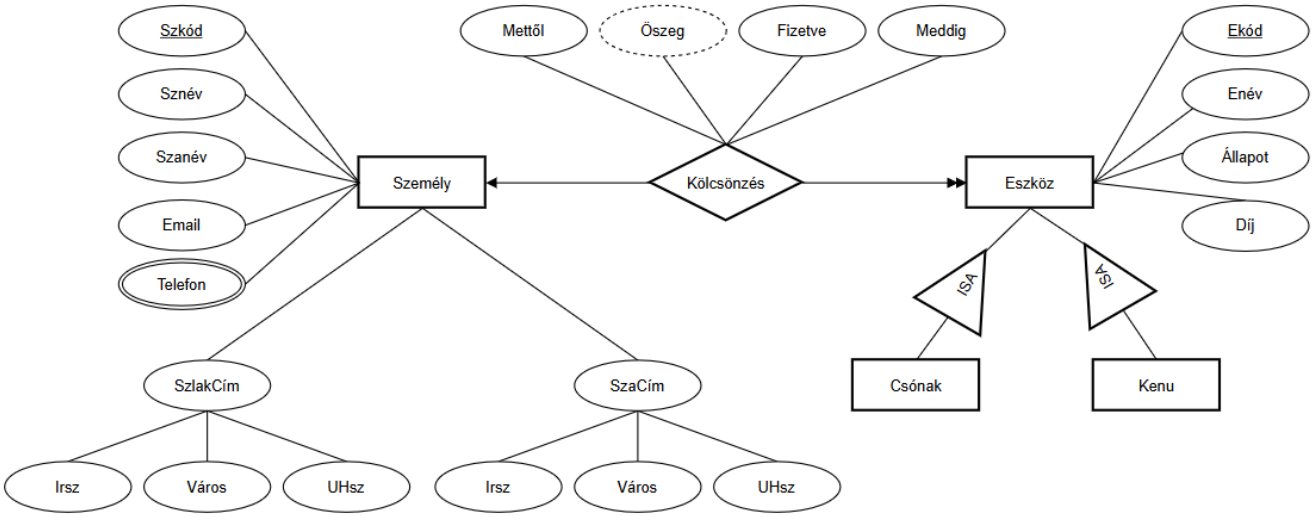
Szkód
Sznév
Szanév
Email
Telefon
Mettől
Öszeg
Fizetve
Meddig
Ekód
Enév
Állapot
Díj
Személy
Kölcsönzés
Eszköz
ISA
ISA
Csónak
Kenu
SzlakCím
SzaCím
Irsz
Város
UHsz
Irsz
Város
UHsz

d)

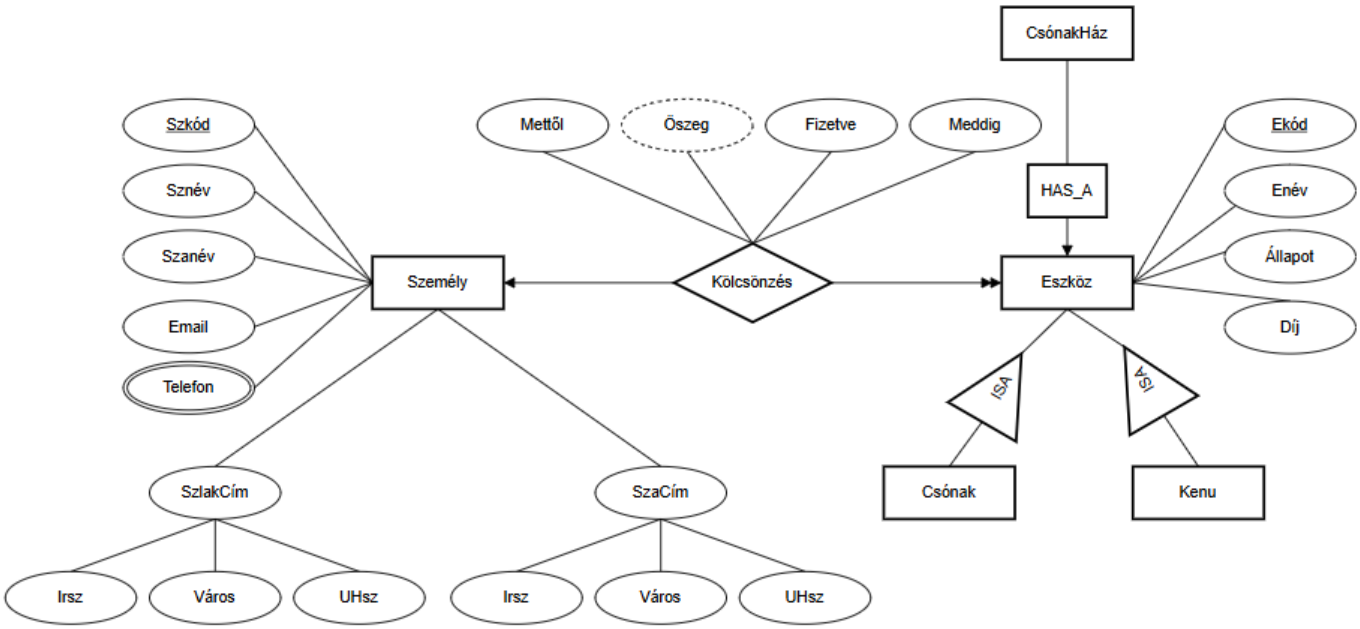
CsónakHáz
Szkód
Sznév
Szanév
Email
Telefon
Mettől
Öszeg
Fizetve
Meddig
HAS_A
Ekód
Enév
Állapot
Díj
Személy
Kölcsönzés
Eszköz
ISA
ISA
Csónak
Kenu
SzlakCím
SzaCím
Irsz
Város
UHsz
Irsz
Város
UHsz