Adatbázisrendszerek

5. Gyakorlat

2026. 03. 19

Készítette:

Nagy Márk Bsc

Szak:

Programtervezőinformatikus

D463R1

Sárospatak, 2026

1. feladat– Adott az előző órán elkészített 0.task ER modellje.

a) Konvertálja relációs modellre (relációs struktúra)!

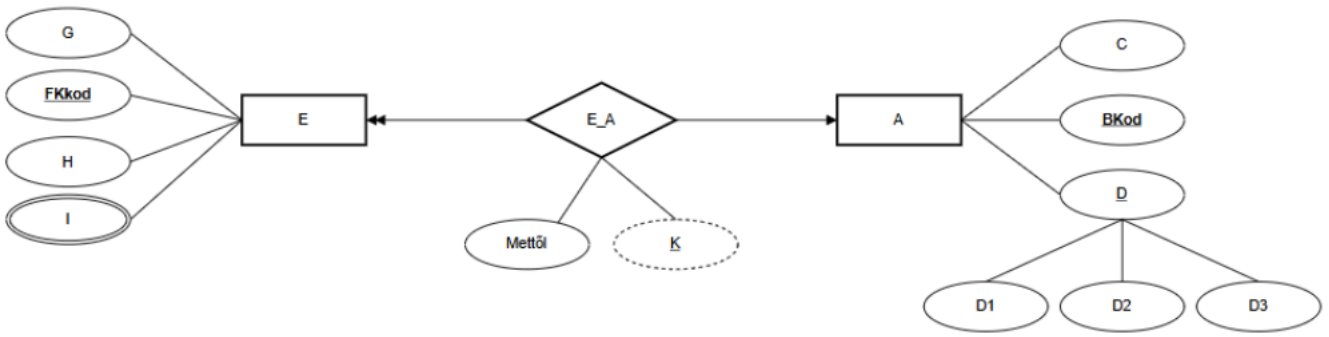

b) Konvertálja az ER modellt - megvalósítás - struktúra diagramra!

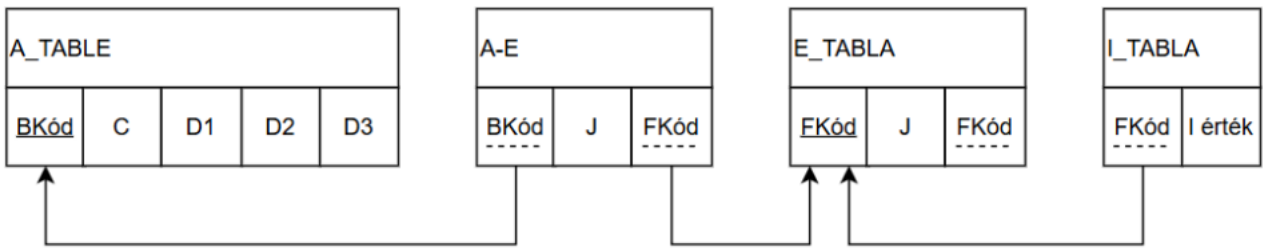

c) Konvertálja az ER modellt - megvalósítás - Bachman diagrammal!

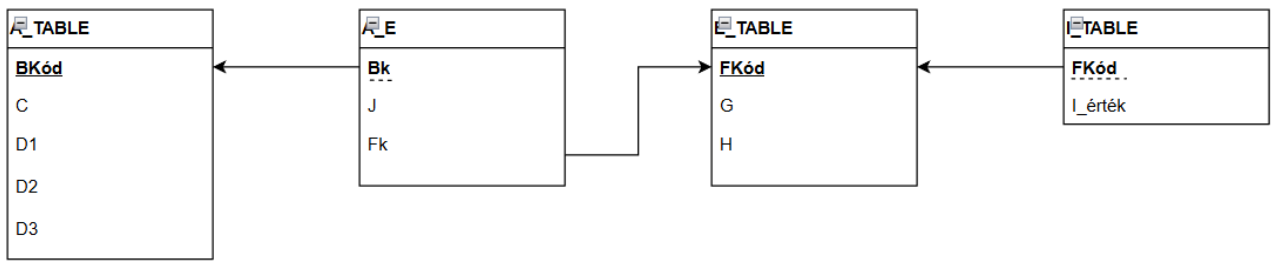

A_Table [Bkód,C, D1, D2, D3]
A_E [Bkód, J, FKód]
E_Table [Fkód, G, H]
I_Table [Fkód, I érték]